Circuitos Digitais I

Projeto de Circuitos aplicando Teoremas de DeMorgan
Soma dos Produtos e Produto da Soma

Circuitos Digitais I

Teoremas de DeMorgan

Projetar um circuito com 3 entradas A, B, C, cuja saída será 1 quando a maioria das entradas for 1

Apresente a menor expressão do circuito

Circuitos Digitais I

Projeto/Problema

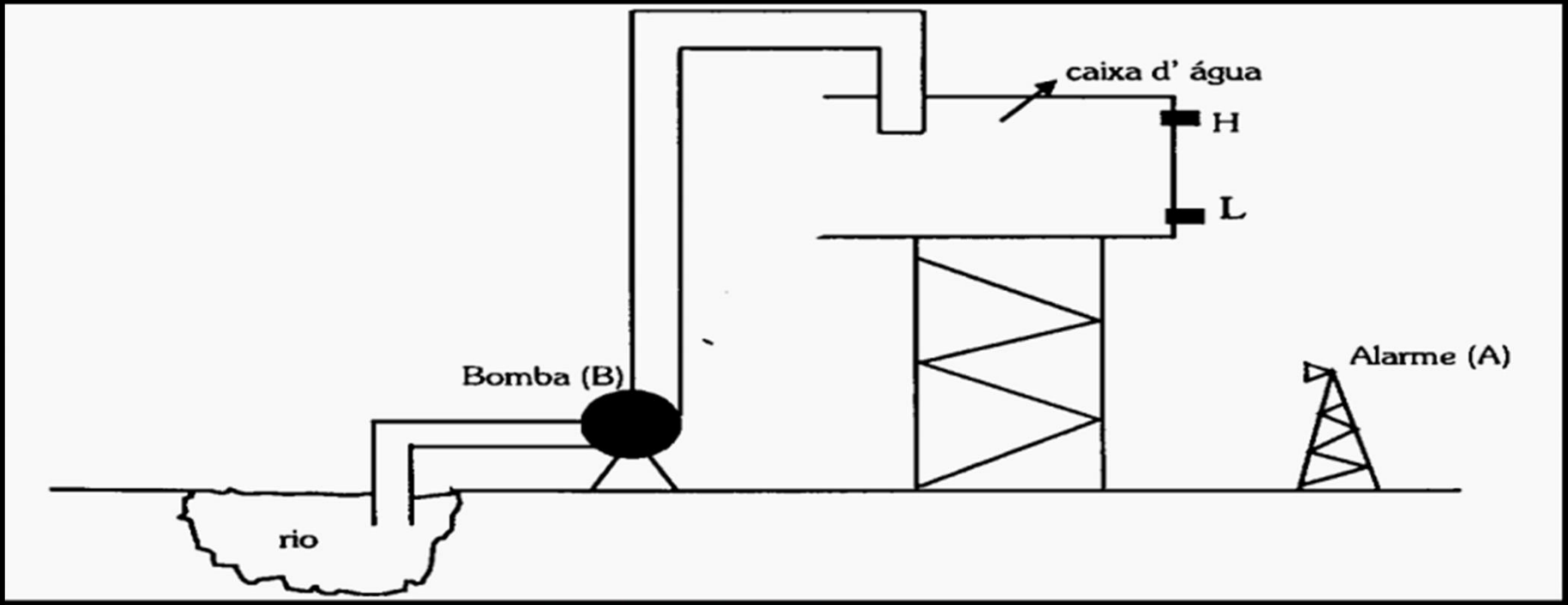

Circuitos Digitais I

Projeto/Problema

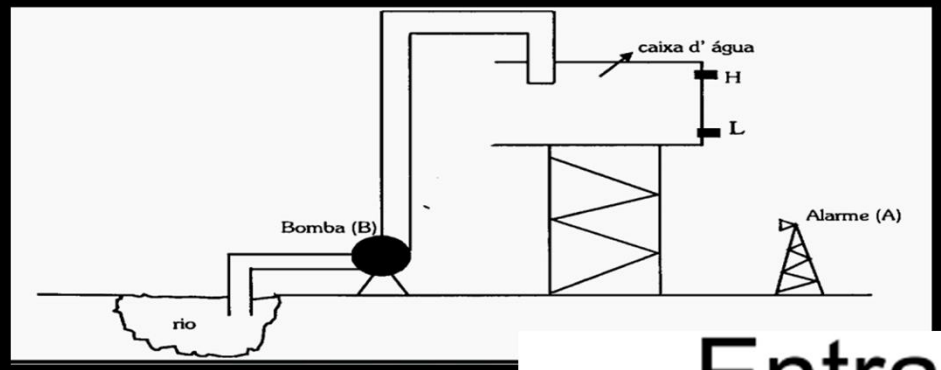

Entradas		Saídas	
H	**L**	**B**	**A**
0	0	1	1
0	1	1	0
1	0	X	X
1	1	0	0

Circuitos Digitais I

Projeto/Problema

Sistema de comunicação da Reitoria com quatro ramais que em caso de solicitações simultâneas apenas uma, a de maior prioridade será atendida